Séquence 03 - TP02 - Îlot 04

**Lycée Dorian**
Renaud Costadoat
Françoise Puig

# La cinématique des mécanismes

| | |
|---|---|
| Référence | S03 - TP02 - I04 |
| Compétences | B2-10: Déterminer les caractéristiques d'un solide ou d'un ensemble de solides indéformables.<br>B2-11: Intégrer ou modifier une pièce dans un assemblage à l'aide d'un modeleur volumique 3D.<br>B2-14: Modéliser la cinématique d'un ensemble de solides.<br>C1-04: Proposer une démarche permettant d'obtenir une loi entrée-sortie géométrique.<br>C2-05: Caractériser le mouvement d'un repère par rapport à un autre repère.<br>C2-06: Déterminer les relations entre les grandeurs géométriques ou cinématiques.<br>C3-01: Mener une simulation numérique.<br>C3-02: Résoudre numériquement une équation ou un système d'équations.<br>E1-05: Lire et décoder un document technique.<br>E2-01: Choisir un outil de communication adapté à l'interlocuteur. |
| Description | Lois E/S de fermeture géométrique et cinématique. Simulation du comportement de modèles. Proposer des lois de commande en fonction d'exigences. Présenter les modèles acausaux |
| Système | Moby Crea |

**Objectif du TP:**

**Modéliser la loi d'entrée/sortie cinématique d'un système**

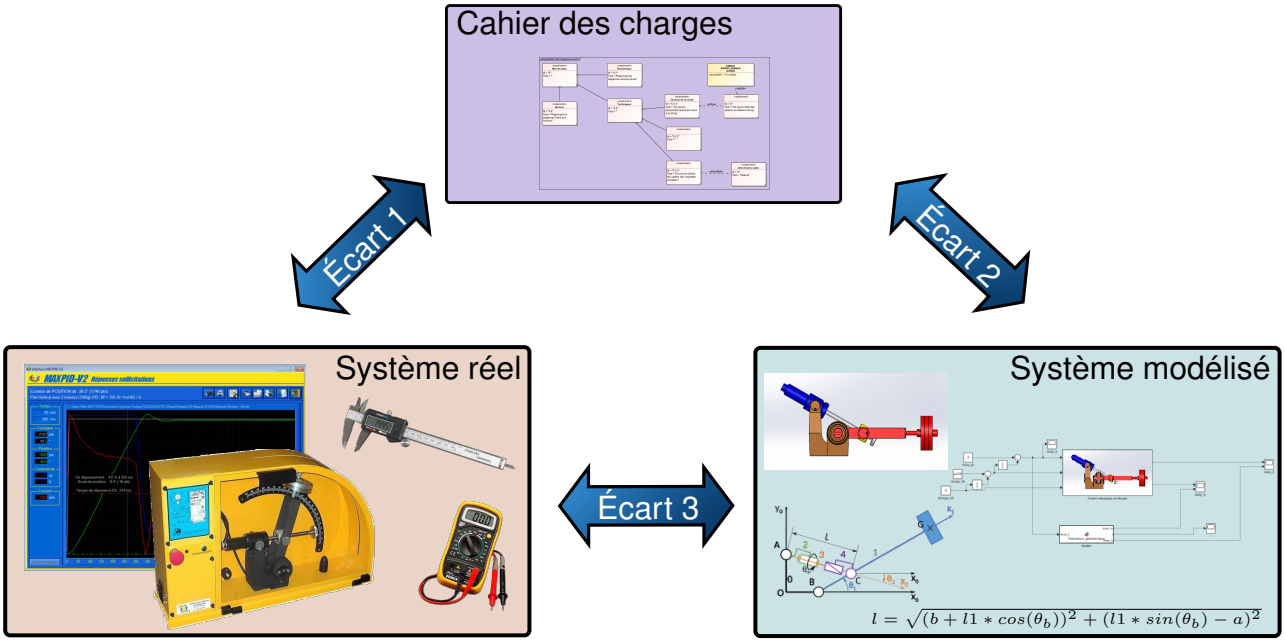


La démarche de l'ingénieur permet :

- De vérifier les performances attendues d'un système, par évaluation de l'écart entre un cahier des charges et les réponses expérimentales (écart 1),
- De proposer et de valider des modèles d'un système à partir d'essais, par évaluation de l'écart entre les performances mesurées et les performances simulées (écart 2),
- De prévoir le comportement à partir de modélisations, par l'évaluation de l'écart entre les performances simulées et les performances attendues du cahier des charges (écart 3).

**Pour ce TP, vous aurez à votre diposition les documents suivants :**

- **La Mise en oeuvre du système,**
- **de la procédure d'utilisation de Simscape disponible à la page 6,**
- **Les divers documents des Ressources système.**

# 1 Détermination de la loi d'entrée/sortie géométrique

L'objectif de cette partie est de déterminer les équations liant les paramètres géométriques du système Moby Creaet de les comparer avec celles obtenues par simulation Matlab/Simscape.

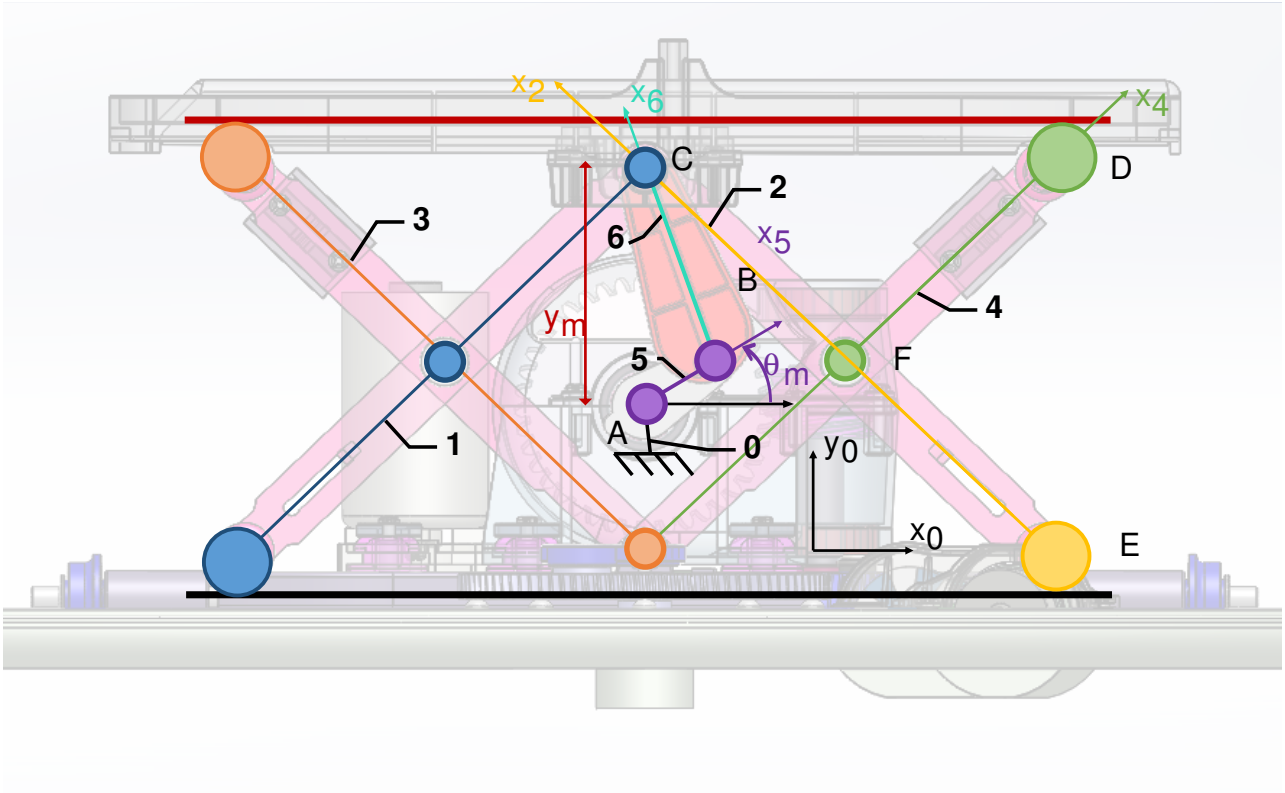


**Question 1** Modéliser — Déterminer $\theta_m$ et $\theta_3$ en fonction de $\theta_1$ et des dimensions géométriques du système en utilisant la loi de fermeture géométrique. Les dimensions seront mesurées sur le système.

**Question 2** Résoudre — Compléter le modèle Simscape avec ces équation comme sur la procédure 6 et vérifier que les résultats correspondent.

**Question 3** Résoudre — A l'aide d'un script python, faire varier $\theta_1$ de $0$ à $\frac{\pi}{2}$. Et tracer $\theta_m$ et $\theta_3$.

**Question 4** Expérimenter — Proposer un protocole permettant de mesurer les valeurs extrêmes (qui correspondent à la variation de $\theta_1$ de $0$ à $\frac{\pi}{2}$) de $\theta_m$ et $\theta_3$.

**Question 5** Analyser — Vérifier que le résultat de la question 2 correspond à celui de la question 3.

## 2 Détermination de la loi d'entrée/sortie cinématique

L'objectif de cette partie est de déterminer les équations liant les paramètres cinématiques du système Moby Creaet de les comparer avec celles obtenues par simulation Matlab/Simscape.

On aura ainsi :

— $\omega_1 = \dot{\theta}_1$,

— $\omega_m = \dot{\theta}_m$ et $\omega_3 = \dot{\theta}_3$.

**Question 6** Modéliser — Déterminer $\omega_m$ et $\omega_3$ en fonction de $\omega_1$ et des paramètres géométriques du système, en utilisant la loi de fermeture cinématique. Les dimensions seront mesurées sur le système afin d'effectuer l'application numérique.

**Question 7** Résoudre — Compléter le modèle Simscape avec ces équation comme sur la procédure 6 et vérifier que les résultats correspondent.

L'objectif est d'obtenir le profil suivant pour la vitesse de rotation $\omega_1$.

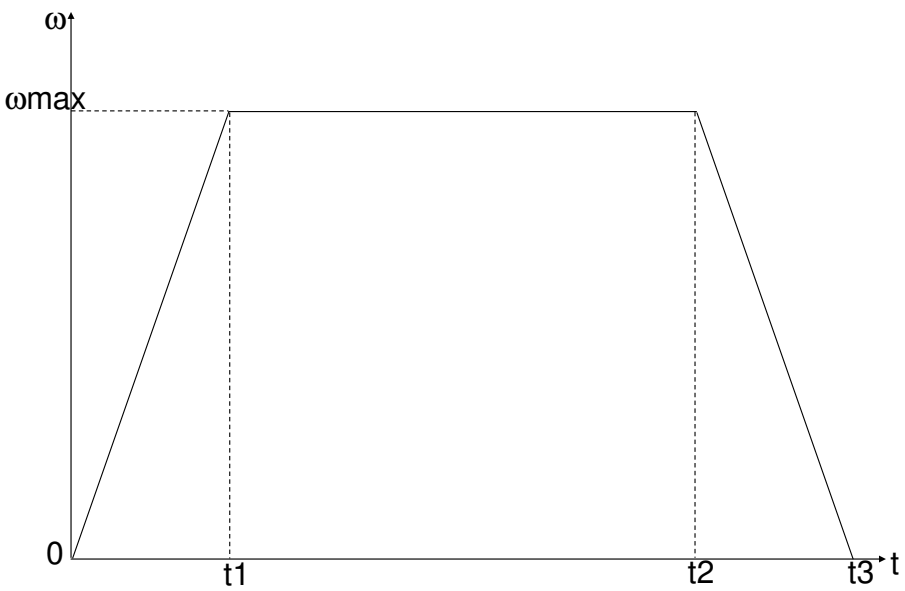


Données : $t_1 = 2s$, $t_2 = 8s$, $t_3 = 10s$.

**Question 8** Modéliser — Déterminer $\omega_{max}$ afin d'obtenir la variation de $\theta_1$ de $0$ à $\frac{\pi}{2}$.

**Question 9** Modéliser — A l'aide d'un script python, déterminer le profil de vitesse à imposer à $\omega_m$.

# 3 Vérification à l'aide de relevé expérimentaux

Le fichier contient des relevés expérimentaux issus du système réel.

**Question 10** Expérimenter — Ouvrir l'ensemble des fichiers présents dans le dossier compressé et analyser leur contenu.

**Question 11** Expérimenter — Expliquer en quelques lignes le protocole expérimental mis en œuvre.

**Question 12** Expérimenter — Déterminer les écarts (et leurs origines) entre les résultats des la simulation (parties 1 et 2) et ceux issus de la partie expérimentale.

# 4 Préparation d'une présentation

**Question 13** Communiquer — Préparer une présentation à l'aide de quelques slides pour présenter votre travail.

# Utilisation de Matlab Simscape

La procédure suivante explique comment utiliser Matlab afin de simuler un modèle Simscape.

Ce modèle a été construit à partir des pièces, assemblages et contraintes d'un modèle Solidworks. Ce dernier n'est pourtant pas nécessaire pour le faire tourner.

Procédure :

— Dézipper l'archive à télécharger Modèle Simulink complet,

— Lancer Matlab 


— Depuis Matlab, naviguer 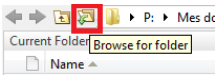

dans le dossier dézippé jusqu'au dossier contenant les fichiers « .slx » et « Simscape »,

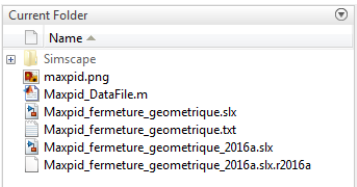


— Faire un clic-droit sur le dossier « Simscape » et cliquer sur « Add to Path »,

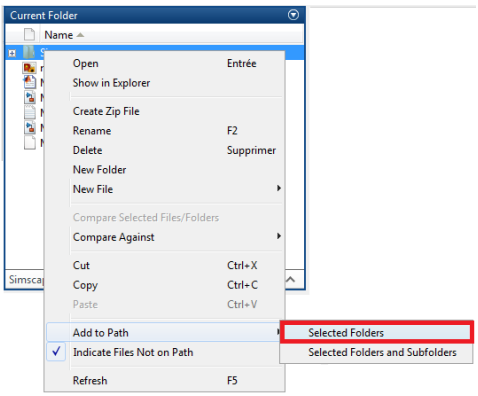


— Double-cliquer sur le fichier correspondant au TP et à la version de Matlab utilisée, il doit avoir une extension en « slx ».

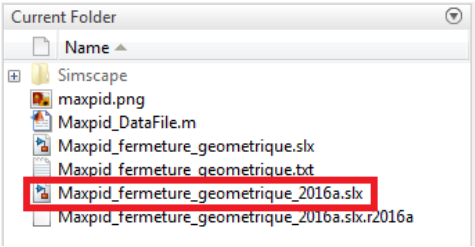


— Afin d'exporter des données, il est nécessaire d'insérer un bloc **To File** disponible dans la section *Sinks* et de le connecter à la donnée à extraire,

— Double-cliquer dessus afin de modifier le paramètre *Save format* en **Array**. Cela a pour effet de créer un fichier *fichier.mat*,

— Celui-ci peut être convertit en fichier *fichier.csv* en utilisant les commandes suivantes:

```
FileData = load('fichier.mat');
csvwrite('fichier.csv', FileData.ans);
```