Séquence : 04

Document : TD04
Lycée Dorian
Renaud Costadoat
Françoise Puig

Cycles fermés et ouverts

Référence	S04 - TD04
Compétences	B2-12: Proposer une modélisation des liaisons avec leurs caractéristiques géométriques. B2-13: Proposer un modèle cinématique paramétré à partir d'un système réel, d'une maquette numérique ou d'u B2-17: Simplifier un modèle de mécanisme. B2-18: Modifier un modèle pour le rendre isostatique. C1-04: Proposer une démarche permettant d'obtenir une loi entrée-sortie géométrique. C2-05: Caractériser le mouvement d'un repère par rapport à un autre repère. C2-06: Déterminer les relations entre les grandeurs géométriques ou cinématiques.
Description	Application des cycles fermés et ouverts sur Simone en lui faisait tracer un trait ou faire un squat.
Système	Simone

1 Tracer un trait

Le but de ce travail va être de faire tracer un trait « à main levée » à Simone afin de vérifier son aptitude à se passer d'une règle.

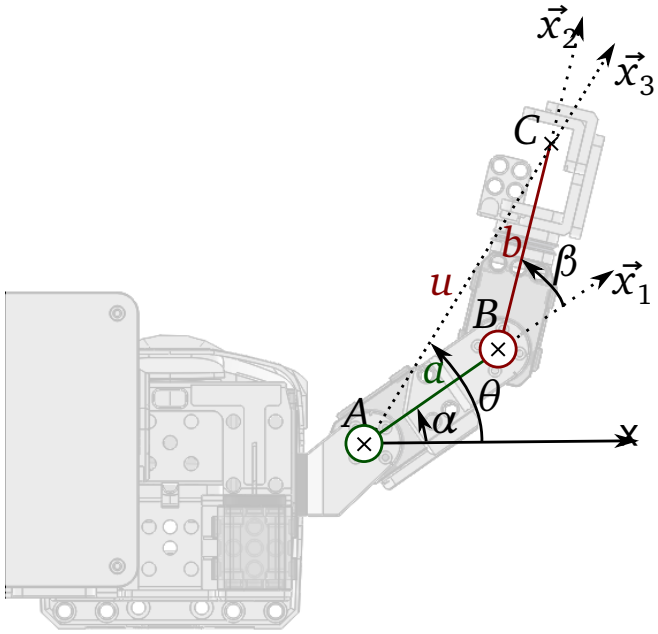

Figure 1 – Bras paramétré

Question 1 Tracer le graphe des liaisons de cette sous-partie de Simone.

Question 2 Justifier qu'il s'agit d'un cycle ouvert et déterminer son degré d'hyperstatisme.

On définit x et y tels que $\overrightarrow{AC} = x \cdot \vec{x} + y \cdot \vec{y}$.

On cherche à tracer la droite $y(x) = c \cdot x + d$ reliant les points de coordonnées $\begin{pmatrix} a+b \\ 0 \end{pmatrix}_R$ et $\begin{pmatrix} 0 \\ a+b \end{pmatrix}_R$.

Question 3 Déterminer c et d en fonction de a et b.

Question 4 Déterminer x et y en fonction de α, de β et des dimensions du système.

Question 5 Déterminer x et y en fonction de θ et de $u = \left\|\overrightarrow{AC}\right\|$.

Question 6 Déterminer α et β en fonction de θ, de $u = \left\|\overrightarrow{AC}\right\|$ et des dimensions du système. Et justifier que :

$$\begin{cases} \alpha = \theta \pm \arccos\left((\dfrac{u^2 + a^2 - b^2}{2 \cdot u \cdot a} \right) \\ \beta = \theta - \alpha \pm \arccos\left(\dfrac{u^2 + b^2 - a^2}{2 \cdot u \cdot b} \right) \end{cases}$$

2 Faire des squats

Le but de ce travail va être de faire faire des « squat » à Simone.



Figure 2 – Mouvement de Squat

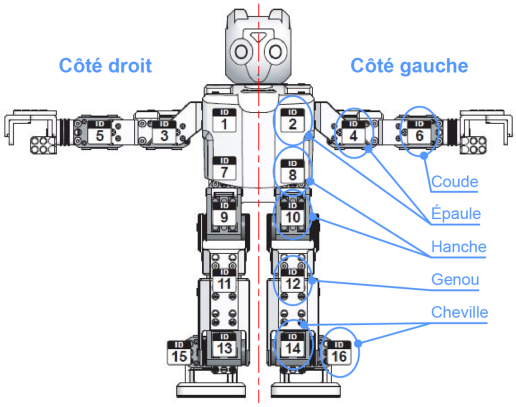

Figure 3 – Structure de Simone

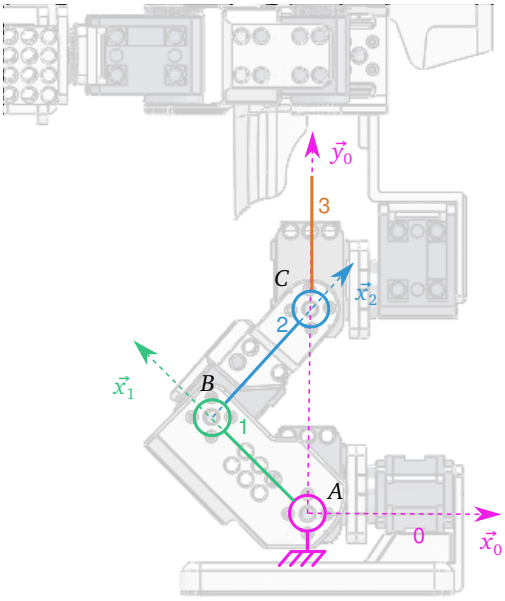

Figure 4 – Bras paramétré

On notera respectivement i_g et i_d les pièces des jambes gauche et droite. On considérera que les deux pieds font partie de la classe équivalente *sol*.

Question 7 Tracer le graphe des liaisons de cette sous-partie de Simone.

Question 8 Justifier qu'il s'agit d'un cycle fermé et déterminer son degré d'hyperstatisme.

Question 9 Proposer une modification d'une liaison pour rendre le système isostatique.