Séquence : 08

Document : TD04
Lycée Dorian
Renaud Costadoat
Françoise Puig

Avec Correction

Moulage

Référence	S08 - TD04
Compétences	F3-03: Concevoir une pièce en optimisant le triptyque produit-procédés-matériaux. G2-01: Choisir et ordonnancer des procédés de fabrication du matériau à la pièce finie. G2-04: Évaluer la capacité d'un procédé à réaliser une pièce métallique.
Description	Conception d'une pièce moulée.
Système	Affuteuse, Pilote automatique

1 Présentation du système étudié

Le système utilisé est un pilote automatique pour voilier. En pilotage manuel, lorsque le barreur désire suivre un cap, il doit constamment utiliser les informations données par le compas et corriger l'orientation du safran en fonction de l'écart constaté entre le cap désiré et le cap réel. Le barreur doit aussi pouvoir intervenir sur le réglage des voiles. C'est pourquoi le pilote automatique doit alors permettre au barreur d'assurer la prise en charge du cap lorsqu'il doit se consacrer à d'autres tâches. Le pilote automatique est constitué de :

- une unité de calcul AC10 et d'une console d'affichage et de saisie AP16,
- un moteur à courant continu,
- une pompe à pistons axiaux,
- un by-pass,
- un vérin hydraulique double tige,
- un bras de mèche solidaire au safran,
- un capteur angulaire.

Figure 1 – Pilote installé

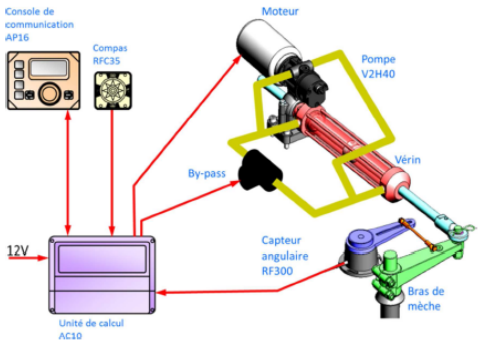

Figure 2 – Schéma du pilote

Ce TD s'intéresse à la fabrication du corps et du carter de la pompe. Plusieurs évolutions de cette pompe ont mené aux changements successifs de son procédé d'obtention. Dans un premier temps, le brut est obtenu par moulage au sable. Le carter est quant à lui obtenu en injection plastique.

2 Moulage en sable du corps de pompe

2.1 Etude des matériaux adaptés au moulage au sable

Question 1 : Le corps de pompe est en FGS 250. Expliciter cette désignation.

Question 2 : Préciser sa température de fusion, sa résistance élastique ainsi que des exemples d'application.

Dans le but de mouler des parties creuses, un noyau peut être utilisé.

Question 3 : Quel est le matériau utilisé pour la fabrication des noyaux.
Justifier ce choix.

2.2 Etude du procédé de moulage au sable

Mise en œuvre du procédé, observation de la pièce exemple.

Question 4 : Expliquer en quoi le moulage en sable est un procédé à « moule non permanent à modèle permanent ».

Question 5 : Quels sont les éléments nécessaires à la coulée ?
Quel est le rôle des masselottes ? Des évents ?
A quoi servent les étapes de sciage et d'ébarbage ?
Quel est le rôle des noyaux ? Quel est leur procédé de fabrication ?
Quel est le rôle des dépouilles ?

Question 6 : Evaluer l'épaisseur moyenne de la pièce.

Question 7 : Comment expliquer la nécessité d'avoir des épaisseurs constantes ?
Les surépaisseurs d'usinage sont de 1mm.
Les épaisseurs données sont-elles compatibles avec les données fournies dans le tableau ci-après ?
Si cela ne correspond pas quel peut être le problème ?

Matériau et procédé	Fonte moulée au sable	Acier moulé au sable	Alliage d'alu. moulé au sable	Alliage d'alu. moulé en coquille par gravité	Alliage d'alu. moulé en coquille sous pression
Surépaisseur mini	$2.5mm$	$4mm$	$2mm$	$(1+4.5.10^{-3}.L)mm$	$0.3mm$

2.3 Représentation de la pièce moulée et des éléments permettant le moulage

Question 8 : Indiquer et tracer sur le dessin prévu à cet effet :

1. En noir :
   — Le plan de joint,
   — Les deux parties du moule et les châssis.
2. En bleu :
   — Le trou de coulée,
   — Le chenal d'alimentation,
   — Les masselottes, les évents.
3. En vert :
   — Le noyau,
   — Les portées de noyau.
4. En rouge :
   — Les surépaisseurs d'usinage,
   — Les dépouilles.

3 Injection plastique du boitier de pompe

L'injection plastique peut être vue comme un procédé équivalent au moulage en coquille utilisé pour les matériaux métalliques.

3.1 Etude du procédé de moulage en injection plastique

Le boitier de pompe est en polycarbonate.

Question 9 : De quelle famille de matériaux s'agit-il ?
Mise en œuvre du procédé

Question 10 : Dans le cadre de l'injection plastique comment est réalisée la fonte du plastique ?
Qu'est-ce que le « poteyage » ?
Existe-t-il des opérations de parachèvement ?

Question 11 : Quel est le coût du procédé de moulage en coquille ? Comment expliquer la différence avec le coût du moulage en sable ?

Question 12 : Proposer des solutions permettant le taraudage de la pièce.

Question 13 : Soit une pièce moulée en sable et une pièce injectée, laquelle aura les plus grands rayons de raccordement ? Pourquoi ?

3.2 Représentation des éléments associés au moulage en coquille

Question 14 : En considérant que le boîtier est réalisé en moulage en coquille par gravité, indiquer et tracer sur le dessin prévu à cet effet :

1. En noir :
   - Le plan de joint,
   - La semelle,
   - Les chapes,
   - La broche,
   - Le système d'éjection.
2. En bleu
   - Les dépouilles

4 Moulage en coquille

Cette partie est à réaliser à partir de vos connaissances et en dehors du contexte de l'exercice.

Question 15 : Dans le tableau de synthèse, remplir la 3ème colonne (Moulage en coquille). Il faudra préciser, en particulier : L'épaisseur moyenne, la surépaisseur d'usinage et la rugosité, Le matériau et sa température de fusion.

5 Synthèse des procédés de moulage

Question 16 : Sur le document réponse, réaliser la comparaison du moulage en coquille, du moulage au sable et de l'injection plastique.
La fonte est-elle utilisable en moulage en coquille ? Si non, pourquoi ?
Compléter alors le tableau de synthèse.

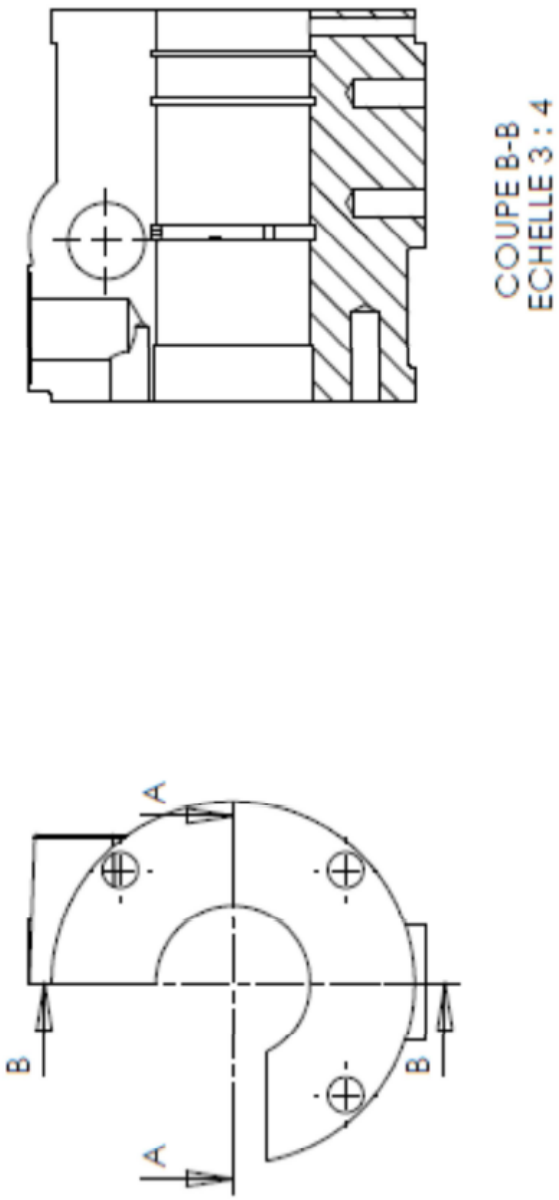

Figure 3 – Document réponse 1 : Corps de pompe

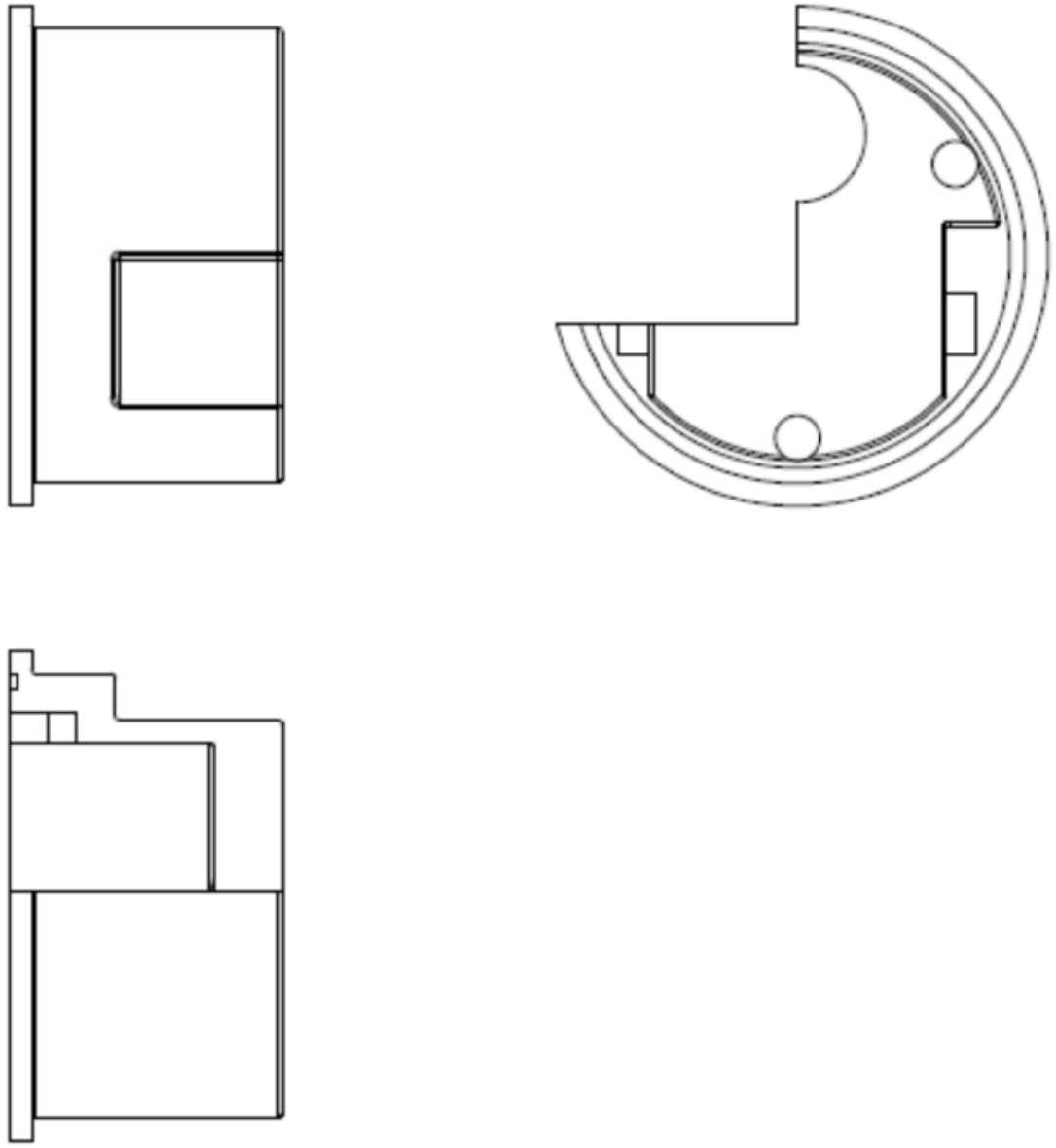

Figure 4 – Document réponse 2 : Boitier

	Moulage en sable	Moulage en coquille	Injection plastique
Procédé Surépaisseur d'usinage Rugosité Epaisseur minimale Tolérances du brut Arrondi (++, +, - ou –)			
Produit Série Formes Tailles			
Matériaux (Indiquer la désignation) Alliage ferreux (Fontes) Alliage non ferreux Polymère et/ou élastomère			

6 Conception d'un corp d'affuteuse

L'aiguisage consiste à donner ou rendre à une lame un tranchant utile. Il doit être effectué une fois à la fabrication de l'outil, puis régulièrement par l'utilisateur, afin de la garder tranchante.

Une affuteuse est une machine, qui sert à rendre un ou plusieurs outils plus tranchants ou plus pointus.

Figure 5 – Affuteuse électrique

Le corp de l'affuteuse est la pièce (verte sur la figure 5) qui permet :

— de guider l'arbre en rotation (grâce à des roulements à bille),

— de fixer l'affuteuse à son support.

L'objectif de cet exercice est de définir la géométrie volumique de cette pièce. Les contraintes sont les suivantes :

— Les surfaces fonctionnelles d'un corp d'affuteuse sont données,

— Le procédé de fabrication choisi est le moulage en sable.

Remarque : Le fait que le procédé de mise en forme du brut soit le moulage impose des règles de tracé pour celui-ci.

Question 1 : Dessiner sur le document réponse un solution pour la géométrie de la pièce support.

Question 2 : Ajouter les éléments nécessaires à la définition du moule sur le dessin.

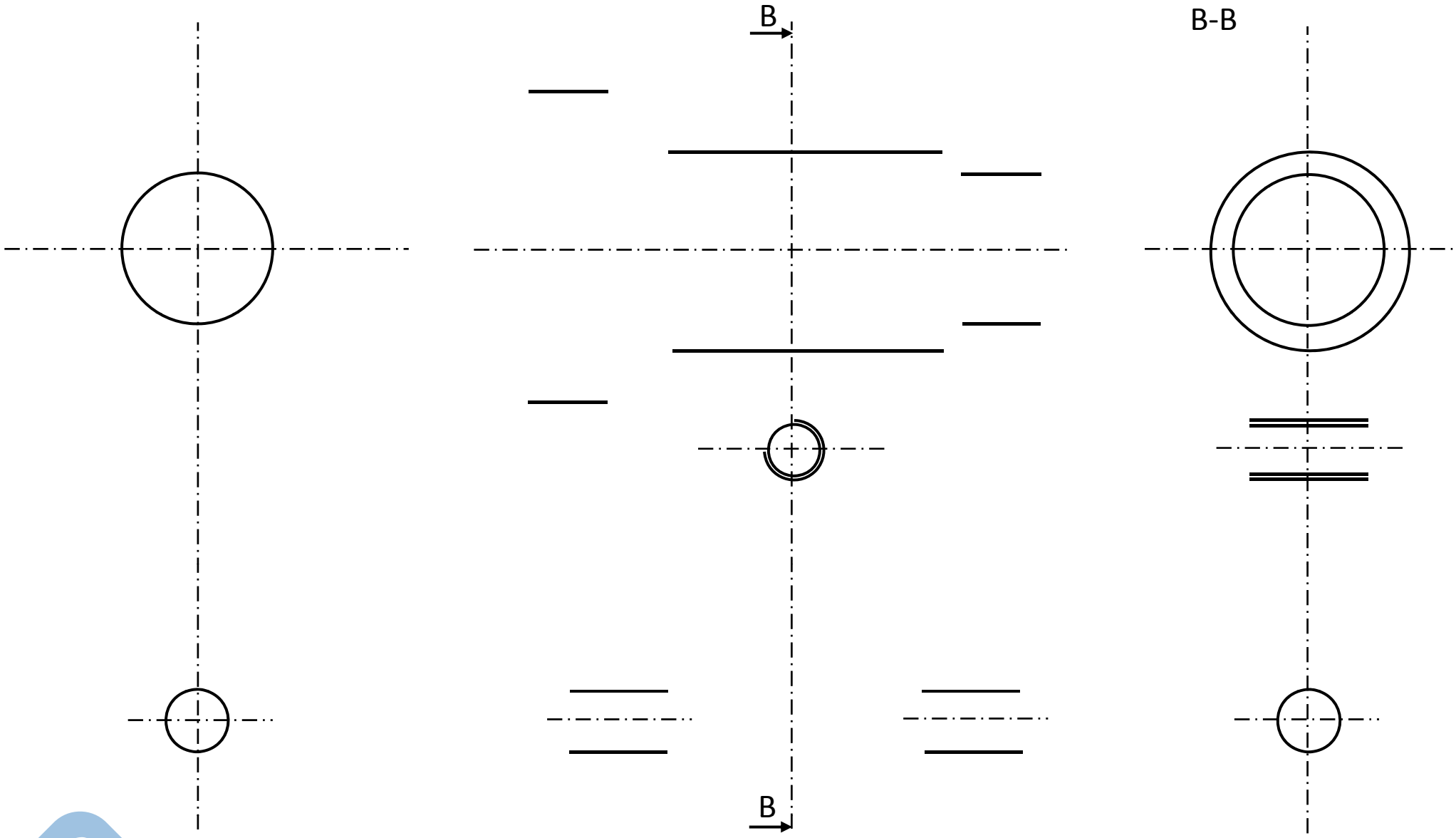

CORPS D'AFFUTEUSE MECANO SOUDE composé à partir de

Tubes

Barres cylindriques

Plaques

7 Correction